Задача №1
У матроса в двух коробках 13 карт. Когда он взял из одной коробки 3 карты, то в ней еще осталось 6 карт. Назови количество карт в обеих коробках.

Решение:
Посчитаем сначала количество карт в первой коробке, для чего сложим количество взятых и оставшихся карт:
1 коробка: 3 + 6 = 9 (карт)
Затем, чтобы узнать количество карт во второй коробке, из общей суммы вычитаем количество карт из первой коробки:
2 коробка: 13 - 9 = 4 (карты)

Ответ: 4 и 9 карт.

Задача №2
Вдоль дороги росло несколько пальм. Потом в каждом промежутке между двумя соседними пальмами пираты посадили новую пальму. Всего получилось 17 пальм. Сколько пальм было сначала?

Решение:

Эту задачу, можно решить с помощью рисунка. Но есть и другое решение.
Между любым количеством деревьев в ряду промежутков на один меньше.
Например, если деревьев 3, то между ними 2 промежутка. Если деревьев 4, то между ними 3 промежутка и т.д. И в эти промежутки мы сажаем пальмы.
Получается 5 или 7 пальм соответственно.
Значит, нам нужно найти два последовательно идущих числа, которые в сумме дают 17. Это числа 9 и 8.
То есть, сначала росло 9 пальм, и пираты посадили между ними 8 деревьев.

Ответ: 9

Первая часть координат: -14.694177

Разбор
Задания № 2:
6-8 лет

Задача №1

Помоги роботу кратчайшим путём вернуться в ракету, подбирая по пути числа. Идти можно по клеткам только в горизонтальном и вертикальном направлениях. Если делаешь шаг по горизонтали, то новое число нужно прибавлять к уже имеющемуся, а если по вертикали, то новое число надо вычитать. Назови число, получившееся в конце маршрута.

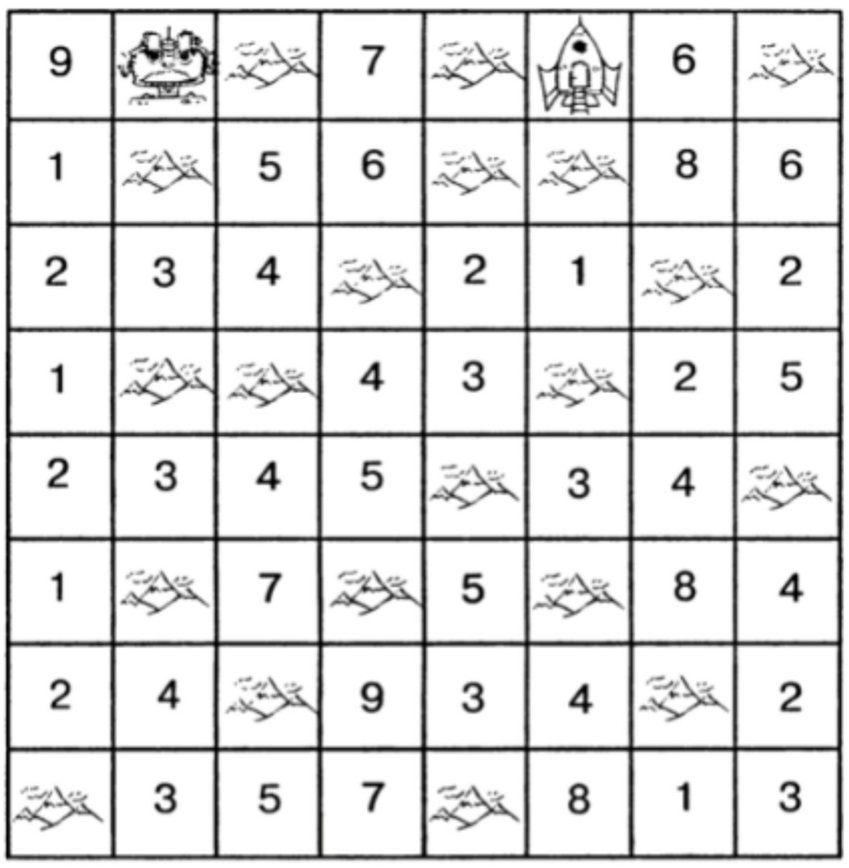

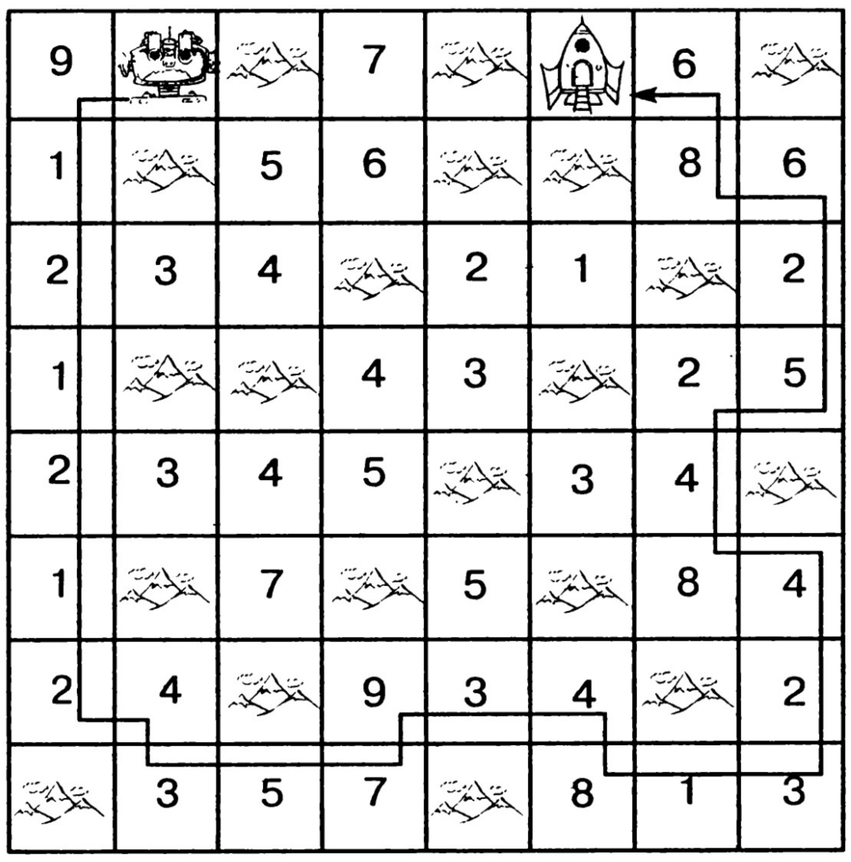

Ответ: 2

Задача №2

На первой палубе матросы выстроились парами. Саша и Коля стоят седьмой парой, если считать спереди, и девятой, если считать сзади. Сколько всего матросов стоит на палубе?



7 + 9 - 1 = 15 (пар матросов) - выстроилось на палубе (мы вычитаем единицу, так как дважды считаем Сашу и Колю, с обеих сторон)
15 * 2 = 30 (матросов) - всего

Ответ: 30

Вторая часть координат: -75.122349

Итоговые координаты: -14.694177, -75.122349